6º ANO DO ENSINO FUNDAMENTAL – PROVA A

PORTUGUÊS

Texto I

Após libertação de cavalos de uso no turismo, Ilha de Paquetá recebe "charretes elétricas".

Fábio Chaves (Do Vista-se)
(26 de maio de 2016)

Uma excelente matéria de um canal de TV aberta mostrou na tarde desta segunda-feira (23) como foi a recepção do público ao novo meio de transporte da Ilha de Paquetá, no Rio de Janeiro. A tradição de charretes puxadas por cavalos que já durava mais de 100 anos foi modificada no último fim de semana.

As "charretes elétricas", como foram chamados os carrinhos elétricos adquiridos pela prefeitura, começaram a rodar pela ilha e desagradaram alguns moradores. Os saudosistas das charretes com cavalos chegaram a fazer protestos com cartazes para tentar impedir o funcionamento dos veículos.

A maioria da população e dos turistas, no entanto, está eufórica com a notícia de que os cavalos estão no Santuário das Fadas[1], que fica na região serrana do Rio de Janeiro. Os vídeos dos animais chegando ao santuário e correndo pela grama felizes comoveram os moradores que não aguentavam mais ver os animais puxando carroças cheias de turistas.

Até mesmo um carroceiro entrevistado pela equipe do canal de TV admitiu que tudo tende a melhorar. Embora ache que é triste que uma tradição se perca, o carroceiro está feliz por não ter mais que desembolsar cerca de R$ 1.500,00 por mês para manter o cavalo que puxava a charrete com a qual ele trabalhava.

Com as "charretes elétricas", os carroceiros terão mais lucro, não haverá mais crueldade com os animais e a questão sanitária também foi resolvida. É o começo de uma nova tradição na Ilha de Paquetá.

(Fonte: https://vista-se.com.br/ apos-libertacao-de-cavalos-de-uso-no-turismo-ilha-de-paqueta-recebe-charretes-eletricas/ Adaptado. Acesso em 5/09/2016)

Vocabulário:

[1]***Santuário das Fadas****:* O Santuário das Fadas é um projeto que tem como objetivo acolher e manter, num sítio localizado em Itaipava, no estado do Rio de Janeiro, animais vítimas de crueldade e exploração. Lá eles vivem em liberdade e são tratados com respeito e carinho.

QUESTÃO 1

Sobre as ideias contidas no texto I, marque a alternativa correta.

a) A substituição dos cavalos por "charretes elétricas" na Ilha de Paquetá dá início a uma nova tradição sem crueldade com os animais, o que agradou a muitos moradores e turistas.

b) Fábio Chaves tomou conhecimento das "charretes elétricas" em Paquetá pela internet, o que é indicado pelo endereço eletrônico que consta ao final do texto.

c) Os saudosistas fizeram protestos com cartazes porque gostavam dos cavalos e sentiram falta deles andando livremente pelas ruas de Paquetá.

d) A chegada das "charretes elétricas" na Ilha de Paquetá foi boa para os cavalos, que foram libertados, mas não foi boa para os carroceiros.

QUESTÃO 2

Releia o trecho a seguir, destacado do texto I: "**Os saudosistas das charretes com cavalos chegaram a fazer protestos com cartazes para tentar impedir o funcionamento dos <u>veículos</u>**." (2º parágrafo).

É comum, num texto, que um sinônimo seja usado para que não haja repetição de palavras. Assinale a única alternativa que contém um sinônimo para o substantivo "**veículos**" no texto:

a) "charretes puxadas por cavalos".

b) "charretes elétricas".

c) "carroças".

d) "cavalos".

QUESTÃO 3

Releia a frase destacada na Questão 2: "**Os saudosistas das charretes com cavalos chegaram a fazer protestos com cartazes para tentar impedir o funcionamento dos veículos**."(2º parágrafo).

Levando em consideração esse trecho, podemos afirmar que os "**saudosistas das charretes**"

a) não consideram importante a defesa da tradição e dos animais.

b) consideram que a tradição de puxar charretes é prejudicial aos animais.

c) julgam a defesa da tradição mais importante que o sofrimento dos cavalos.

d) julgam que a tradição de puxar charretes causa sofrimento para qualquer ser.

Texto II

O Cavalinho Branco

Cecília Meireles

À tarde, o cavalinho branco
está muito cansado:

mas há um pedacinho do campo
onde é sempre feriado.

O cavalo sacode a crina
loura e comprida

e nas verdes ervas atira
sua branca vida.

Seu relincho estremece as raízes
e ele ensina aos ventos

a alegria de sentir livres
seus movimentos.

Trabalhou todo o dia, tanto!
desde a madrugada!

Descansa entre as flores, cavalinho branco,
de crina dourada!

(Fonte: http://www.casadobruxo.com.br/poesia/c/cavalo.htm. Acesso em 15/09/2016)

QUESTÃO 4

O texto de Cecília Meireles é muito visual, pois ela usa cores que, misturadas, compõem a descrição do cenário do poema. Esse aspecto fica mais evidente na

a) 1ª estrofe.

b) 2ª estrofe.

c) 4ª estrofe.

d) 5ª estrofe.

QUESTÃO 5

A palavra "**feriado**", na 2ª estrofe do texto II, sugere que o cavalinho branco encontrará

a) descanso.

b) sombra.

c) passeio.

d) comida.

QUESTÃO 6

Releia o trecho do texto I destacado a seguir: "(...) **não haverá mais crueldade com os animais** (...)" (5º parágrafo).

Identifique a estrofe do texto II que mostra uma situação que não ocorrerá mais com os animais de Paquetá após a implantação das "**charretes elétricas**".

a) "O cavalo sacode a crina
loura e comprida"

b) "e nas verdes ervas atira
sua branca vida."

c) "Seu relincho estremece as raízes
e ele ensina aos ventos"

d) "Trabalhou todo o dia, tanto!
desde a madrugada!"

Texto III

(Fonte: cantinholiterariososriosdobrasil.wordpress.com. Acesso em 15/09/2016)

QUESTÃO 7

A pergunta do personagem Armandinho, no último quadrinho do texto III, deixa claro que, na opinião dele,

a) a onça-pintada, por ser muito bonita, está presa para ser admirada.

b) os animais não merecem estar presos em jaulas nos zoológicos.

c) os animais vivem melhor quando estão presos em jaulas.

d) a onça-pintada não poderia estar solta na natureza.

QUESTÃO 8

No texto III, ao substituirmos a palavra "**onça-pintada**" por **TIGRES**, no 1º quadrinho, o comentário correto do Armandinho, no 2º quadrinho, será:

a) São muitos lindos!

b) São muito lindos!

c) É lindo demais!

d) É muito lindo!

Texto IV

(Fonte: tirasarmandinho.tumblr.com. Acesso em 15/09/2016)

QUESTÃO 9

A palavra "**outros**", quando acrescentada à pergunta do Armandinho, no 3º quadrinho da tirinha, quer dizer que

a) os seres humanos não pertencem à natureza.

b) os seres humanos não podem ser animais.

c) os seres humanos também são animais.

d) os seres humanos não são animais.

QUESTÃO 10

O uso da forma verbal "**seria**", no 3º quadrinho, enfatiza que Armandinho estava diante de uma

a) vergonha.

b) mentira.

c) certeza.

d) dúvida.

MATEMÁTICA

QUESTÃO 11

Hagar, O Horrível

(Fonte: http://www.opopular.com.br/editorias/magazine/quadrinhos-1.145064/confira-os-quadrinhos-desta-sexta-1.900254 Acesso em 05/07/16)

Suponha que Hagar queira seguir o conselho do doutor **Zook** e para isso planeje perder 250 gramas por semana.

Seguindo esse planejamento, serão necessárias para alcançar esse objetivo

a) 120 semanas.
b) 150 semanas.
c) 180 semanas.
d) 200 semanas.

QUESTÃO 12

Foi lançado no mercado de games para celulares o jogo *Fazendinha CP II*. No primeiro nível desse jogo uma pera demora 5 horas para ser produzida. Ao atingir o segundo nível, o tempo de produção de cada fruta diminui 10%.

Nesse caso, o tempo para produzir peras no segundo nível será de

a) 4 horas e 05 minutos.
b) 4 horas e 10 minutos.
c) 4 horas e 30 minutos.
d) 4 horas e 55 minutos.

QUESTÃO 13

O resultado da expressão numérica 571 – [134 – (321 : 3) + 5] é um número divisível por

a) 2.
b) 5.
c) 6.
d) 7.

QUESTÃO 14

Um artesão produz jarros de barro de dois tamanhos diferentes como mostra a figura a seguir.



A diferença entre as alturas do jarro maior e do jarro menor é de

a) 15cm.
b) 16cm.
c) 19cm.
d) 20cm.

QUESTÃO 15

A tabela a seguir mostra a quantidade de passageiros que uma determinada empresa aérea transportou para a cidade de Salvador no primeiro trimestre deste ano.

	QUANTIDADE DE PASSAGEIROS
JANEIRO	**268.357**
FEVEREIRO	**.....**
MARÇO	**298.452**
TOTAL DE PASSAGEIROS NO TRIMESTRE	**935.003**

Podemos concluir que a quantidade de passageiros que a empresa transportou para Salvador no mês de Fevereiro foi de

a) 366.809.
b) 368.194.
c) 371.894.
d) 568.102.

QUESTÃO 16

Na máquina dos números, todo número que entra é multiplicado por ele mesmo e a seguir é retirado deste resultado o equivalente a duas dezenas e meia.

Sabendo que entrou na máquina o maior número natural formado por dois algarismos iguais e que este número é menor que meia centena, o número que saiu da máquina foi

a) 63.
b) 943.
c) 1911.
d) 1936.

QUESTÃO 17

Marcelo toca melodias batendo com uma colher em copos de vidro que são dispostos seguindo o som das notas em uma escala musical do mais grave para o mais agudo: dó, ré, mi, fá, sol, lá e si.

DÓ **RÉ** **MI** **FÁ** **SOL** **LÁ** **SI**

Para construir essa escala, Marcelo usa sete copos com capacidade de 400ml cada.

Preenche $\frac{7}{8}$ do primeiro copo com água para fazer a nota mais grave da escala (DÓ), em seguida $\frac{6}{8}$ do segundo copo para fazer o RÉ, depois $\frac{5}{8}$ para fazer o MI, $\frac{4}{8}$ para fazer o FÁ, $\frac{3}{8}$ para fazer o SOL, $\frac{2}{8}$ para fazer o LÁ e $\frac{1}{8}$ para fazer o SI.

O volume total de água usado por Marcelo para montar essa escala musical é igual a

a) 1125 ml.
b) 1400 ml.
c) 1425 ml.
d) 1450 ml.

QUESTÃO 18

O grêmio estudantil do Colégio Pedro II organizou uma campanha em favor da reciclagem do lixo produzido durante os recreios. Os alunos separaram e contaram o número de latinhas, copinhos plásticos e embalagens de sucos.

Eles organizaram uma tabela, na qual figuras grandes representam uma dúzia e figuras pequenas representam meia dúzia.

	LATINHAS	COPOS PLÁSTICOS	EMBALAGENS DE SUCOS
Recreio do 1º turno			
Recreio do 2º turno			

Todo o lixo foi colocado em caixas, sendo que em cada uma cabem no máximo três dezenas dos objetos recolhidos.

Sabendo que cada caixa deverá conter **somente** um tipo de objeto, a menor quantidade de caixas para colocar todas as latinhas, copos plásticos e embalagens de sucos é

a) 5.
b) 6.
c) 7.
d) 8.

QUESTÃO 19

Os alunos do 5º ano do colégio de Daniel fizeram um levantamento para saber como estão distribuídos todos os alunos, de acordo com as regiões da cidade do Rio de Janeiro. Veja como ficou a tabela.

REGIÃO DA CIDADE	PERCENTUAL DE ALUNOS
CENTRO	15%
SUL	5%
NORTE	40%
OESTE	35%

O percentual que não aparece na tabela corresponde aos 137 alunos que moram em outros municípios, como os da Baixada Fluminense, da Região de Niterói e da Região Serrana.

A quantidade total de alunos do colégio de Daniel é de

a) 2740.
b) 6850.
c) 13015.
d) 13510.

QUESTÃO 20

Ao se formar no Pedro II, um aluno pegou os doze emblemas acumulados ao longo dos anos na escola e colocou-os em formação circular para tirar uma foto, como mostram as figuras a seguir:

.

Nas imagens a seguir, a figura da esquerda mostra o emblema numa malha quadriculada em que cada quadrado equivale a uma unidade de área (u.a.), enquanto a figura da direita representa a formação circular feita para a foto.

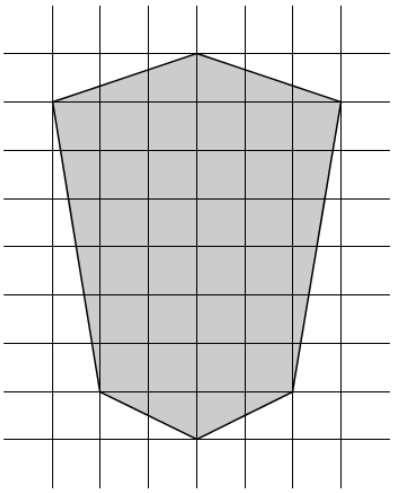

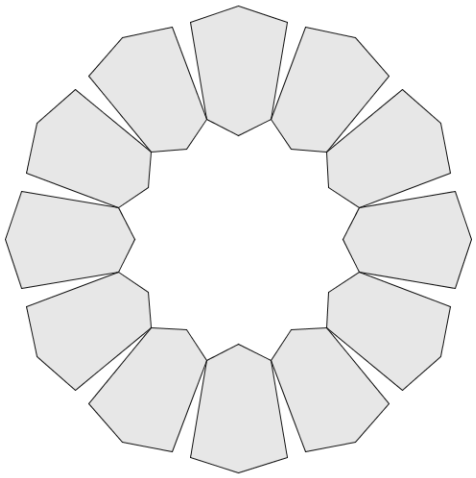

Sabendo que, na foto, cada emblema teve sua área reduzida a um quarto, pode-se afirmar que a área total dos doze emblemas da foto equivale a

a) 420 u.a.
b) 210 u.a.
c) 108 u.a
d) 105 u.a.

6º ANO DO ENSINO FUNDAMENTAL – PROVA B

PORTUGUÊS

Texto I

Medo

O medo é uma reação de alerta muito importante para a sobrevivência dos seres humanos, mas, em alguns casos, pode tornar-se paralisante.

As definições dos dicionários indicam que a palavra ***medo*** significa uma espécie de perturbação diante da ideia de que se está exposto a algum tipo de perigo, que pode ser real ou não. Pode-se entender ainda o medo enquanto um estado de apreensão[1], de atenção, esperando que algo ruim vá acontecer.

Para além das definições da palavra, o medo é uma sensação. Essa sensação está ligada a um estado em que o organismo se coloca em alerta, diante de algo que se acredita ser uma ameaça.

O medo é um estado de alerta muito importante para a sobrevivência humana. Uma pessoa sem medo nenhum pode se expor a situações extremamente perigosas, arriscando a própria vida, sem medir as possíveis consequências trágicas de seus atos.

(Fonte: http:// brasilescola.uol.com.br/psicologia/medo.htm. Adaptado. Acesso em 03/10/2016)

Vocabulário
[1] apreensão – compreensão; percepção; expectativa; angústia.

QUESTÃO 1

Segundo o texto I, é possível afirmar que

a) o medo é apenas uma palavra de dicionário.

b) uma pessoa que não tem medo não corre riscos.

c) o medo é muito importante para a sobrevivência.

d) o medo não tem ligação com a sobrevivência humana.

QUESTÃO 2

Releia o seguinte trecho, destacado do texto I:

"**Uma pessoa sem medo nenhum pode se expor a situações <u>extremamente</u> perigosas** (...)" (4º parágrafo).

O advérbio "**extremamente**" indica ideia de

a) tempo.

b) dúvida.

c) afirmação.

d) intensidade.

Texto II

Dorme, ruazinha… É tudo escuro….
E os meus passos, quem é que pode ouvi-los?
Dorme teu sono sossegado e puro,
Com teus lampiões, com teus jardins tranquilos…

Dorme… Não há ladrões, eu te asseguro…
Nem guardas para acaso persegui-los…
Na noite alta, como sobre um muro,
As estrelinhas cantam como grilos…

O vento está dormindo na calçada,
O vento enovelou-se como um cão…
Dorme, ruazinha… Não há nada…

Só os meus passos… Mas tão leves são
Que até parecem, pela madrugada,
Os da minha futura assombração…

(QUINTANA, Mário. *In* Rua dos Cataventos. 1940. Disponível em http://www.avozdapoesia.com.br/obras_ler.php?obra_id=16564&poeta_id=302. Acesso em 07/11/2016)

QUESTÃO 3

Considerando o sentido do texto II, marque o item que contém a afirmação correta.

a) O poeta tem medo de andar pela rua, à noite, porque tudo fica muito escuro.

b) O vento está tão forte na ruazinha que seu barulho parece com o latido de um cão.

c) O único barulho que se escuta na ruazinha é o dos passos do poeta, ainda que leves.

d) O poeta quer que a rua durma por causa do barulho de guardas correndo atrás de ladrões.

QUESTÃO 4

Na última estrofe do texto II, há um adjetivo que indica que os passos de quem está na ruazinha são semelhantes aos da provável assombração. Esse adjetivo é

a) “leves”.

b) “futura”.

c) “tranquilos”.

d) “madrugada”.

QUESTÃO 5

Releia o seguinte verso, destacado do texto II:

"**Dorme… Não há ladrões, eu te asseguro…**" (5º verso).

É possível unir as frases contidas no verso acima, usando uma conjunção que mantém o sentido original.

Essa conjunção é

a) mas.

b) porque.

c) embora.

d) quando.

QUESTÃO 6

No poema de Mário Quintana, texto II, são utilizados dois substantivos no diminutivo: "**ruazinha**" e "**estrelinhas**". No contexto do poema, a presença desses diminutivos revela que

a) o poeta demonstra desprezo pelas estrelas e pela rua.

b) a rua e as estrelas eram pequenas na opinião do poeta.

c) o poeta demonstra afetividade pela rua e pelas estrelas.

d) para o poeta, a rua estava vazia e as estrelas eram poucas.

QUESTÃO 7

O pronome oblíquo "**los**" foi empregado duas vezes com a função de retomar uma palavra do texto: uma na primeira estrofe e outra na segunda.

Respeitando a ordem em que aparecem, que palavras estão sendo retomadas pelos pronomes?

a) "passos", "grilos".

b) "passos", "ladrões".

c) "ladrões", "guardas".

d) "lampiões", "ladrões".

Texto III

(Fonte: http://tirasarmandinho.tumblr.com/post/130741007549/livros-do-armandinho. Acesso em 03/10/2016)

QUESTÃO 8

A leitura do texto III permite dizer que

a) só se pode viver se existir o medo.

b) o medo é mais forte do que todas as coisas.

c) não existe modo de vencer o medo.

d) só se começa a viver quando se vence o medo.

QUESTÃO 9

O desenho da caixa aberta e vazia, no último quadrinho, colabora para confirmar a ideia de que

a) o personagem continuava indeciso.

b) o personagem deixou de ser paralisado pelo medo.

c) todos os medos do personagem se tornaram reais.

d) o personagem continuava com medo, por isso se escondeu.

Texto IV



(Fonte: http://www.oslevadosdabreca.com/alimentando-o-medo/. Acesso em 03/10/2016)

QUESTÃO 10

Observando os textos III e IV, é possível afirmar que o personagem do texto III

a) venceu seu medo e o do IV foi vencido por ele.

b) não tinha medo e o do IV também não.

c) venceu seu medo e o do IV também.

d) tinha medo e o do IV nunca teve.

MATEMÁTICA

QUESTÃO 11

As peças de um jogo de dominó possuem um lado com uma figura e o outro com uma fração. Anderson dispôs quatro peças desse dominó conforme a figura abaixo e uma quinta peça será colocada na posição indicada pelo tracejado.

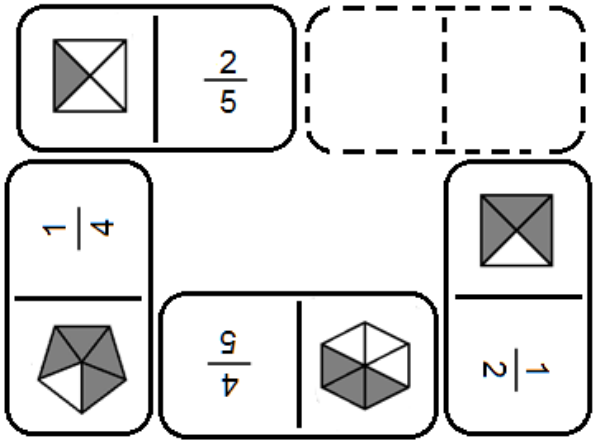

Para manter a mesma lógica usada na colocação das quatro primeiras peças, a quinta peça será

(a) 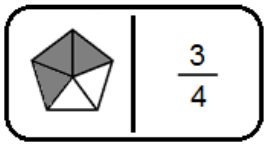

b) 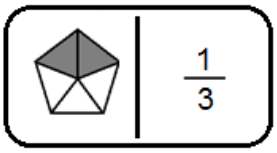

(c) 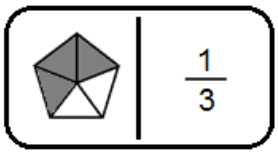

d) 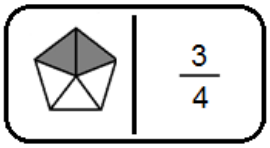

QUESTÃO 12

Hagar, o Horrível

(Fonte: https://planetatirinha.wordpress.com/category/hagar-o-horrivel/page/3/ - Acessado em 05/07/2016)

Suponha que Hagar planeja perder o peso que ganhou desde a última visita ao Dr. Zook emagrecendo 80 gramas por dia.

Seguindo esse planejamento, serão necessários, para alcançar esse objetivo,

a) 130 dias.
b) 185 dias.
c) 240 dias.
d) 275 dias.

QUESTÃO 13

Os frascos graduados em mililitros mostrados a seguir são idênticos. Cada um deles contém um certo volume de água.

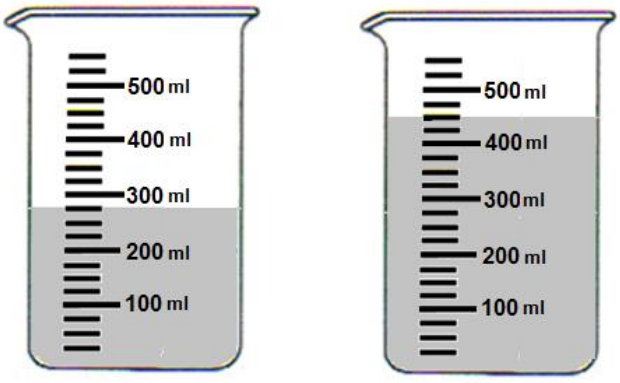

Um cientista quer despejar parte do conteúdo de um frasco no outro, para que ambos fiquem com o mesmo volume de água. Devem ser despejados

a) 87,5 ml.
b) 88,25 ml.
c) 90 ml.
d) 92,5 ml.

QUESTÃO 14

Retiramos de 626 a quarta parte de 416 e, a seguir, somamos 17. Encontramos um número divisível por

e) 2.
f) 3.
g) 5.
h) 7.

QUESTÃO 15

Sérgio vende a dúzia de bananas e a dúzia de laranjas em sua barraca pelos preços indicados na figura a seguir.

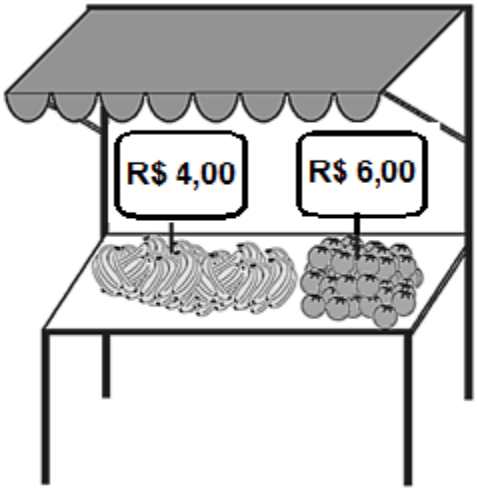

Após o meio-dia, Sérgio concede um desconto de 10% sobre o valor total de qualquer compra.

Um cliente que comprar 24 bananas e 18 laranjas na barraca do Sérgio após o meio-dia irá pagar

a) R$ 14,10.
b) R$ 15,30.
c) R$ 16,20.
d) R$ 18,00.

QUESTÃO 16

Na máquina dos números, cada número que entra é multiplicado por 3. Do resultado encontrado nesta multiplicação, subtrai-se 17 e por fim, a máquina devolve a metade do valor obtido no último cálculo.

Se a máquina devolveu o número 38, o número que entrou na máquina foi

a) 31.
b) 28.
c) 19.
d) 15.

QUESTÃO 17

A tabela a seguir mostra a quantidade de carros vendidos por uma empresa durante o primeiro trimestre deste ano.

	UNIDADES VENDIDAS
MODELO 1	**218.535**
MODELO 2	**215.922**
MODELO 3	**.....**
MODELO 4	**216.421**
TOTAL DE UNIDADES VENDIDAS NO TRIMESTRE	**869.873**

Dentre os quatro modelos apresentados na tabela, podemos concluir que o mais vendido foi o de número

e) 1.
f) 2.
g) 3.
h) 4.

QUESTÃO 18

No jogo *Fazendinha do CP II*, podemos comprar pás ou cadeados utilizando Fitas e Selos, conforme a tabela a seguir.

	Fita	Selo
1 pá		
1 cadeado		

Supondo que um jogador tenha acumulado 23 Fitas e 13 Selos, então ele poderá trocar por

a) 3 pás e 2 cadeados.
b) 2 pás e 3 cadeados.
c) 4 pás e 2 cadeados.
d) 1 pá e 3 cadeados.

QUESTÃO 19

Mosaicos são composições artísticas em que uma ou mais figuras são utilizadas repetidamente a fim de cobrir todo o espaço conforme um padrão estabelecido. Por exemplo, o mosaico 1 foi criado a partir de duas figuras em formas animais: um peixe e um pássaro. Já o mosaico 2 foi construído a partir de apenas um animal: um lagarto.

Mosaico 1 - Peixe/pássaro (1967)

Mosaico 2 - Lagarto (1942)

(Fonte: http://www.mcescher.com/gallery. Acessado em 05/07/2016)

Após conhecer um pouco sobre o trabalho de Escher, Ana Clara resolveu criar seu próprio mosaico e obteve o seguinte resultado:



Nessa construção, Ana Clara utilizou um polígono de oito lados, representado a seguir.

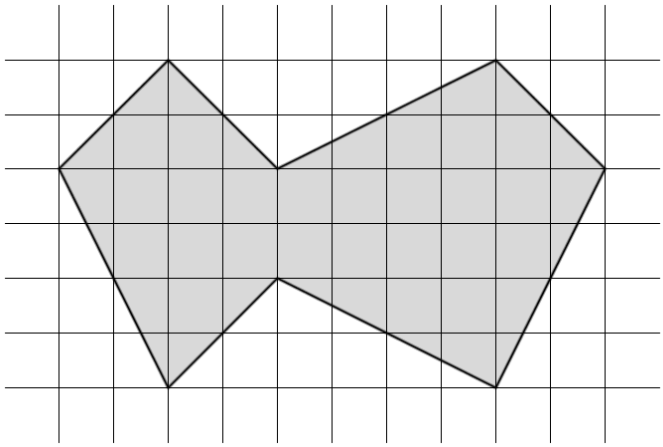

O polígono utilizado por Ana Clara está sobre uma malha quadriculada em que cada quadrado representa uma unidade de área (u.a.).

Dessa forma, podemos afirmar que a área coberta pelo mosaico de Ana Clara mede

a) 524 u.a.
b) 544 u.a.
c) 556 u.a.
d) 564 u.a.

QUESTÃO 20

A professora Mariflor organizou as informações de seus estudantes conforme a tabela a seguir.

IDADE	FRAÇÃO DO TOTAL DE ALUNOS
Meninas entre 10 e 11 anos	$\frac{3}{8}$
Meninas entre 12 e 13 anos	$\frac{1}{4}$
Meninos entre 10 e 11 anos	$\frac{1}{8}$
Meninos entre 12 e 13 anos	---

Sabendo que 12 meninos têm idade entre 12 e 13 anos, pode-se afirmar que o número total de estudantes considerados por Mariflor é

a) 40.
b) 44.
c) 48.
d) 56.