LÍNGUA PORTUGUESA

Texto I

QUAIS SÃO OS DEVERES E DIREITOS DAS CRIANÇAS?

Essa foi a pergunta feita pela pequena leitora Vitória, de 10 anos de idade, à Turminha do MPF (Ministério Público Federal).

Resposta do Rod, personagem da Turminha do MPF:
Olá, Vitória! Nós temos muitos direitos e deveres e existem algumas leis que tratam só disso, como, por exemplo, o Estatuto da Criança e do Adolescente (ECA) e a Convenção sobre os Direitos da Criança, aprovada pela Organização das Nações Unidas (ONU). Mas, para resumir um pouco a resposta à sua pergunta, posso dizer alguns dos nossos direitos:

1. ter uma educação de boa qualidade;
2. ter acesso à cultura e aos meios de comunicação e informação;
3. poder brincar com outras crianças da nossa idade;
4. não ser obrigado a trabalhar como adulto;
5. ter uma boa alimentação, que dê ao nosso organismo todos os nutrientes de que precisamos para crescer com saúde e energia;
6. receber assistência médica gratuita nos hospitais públicos sempre que precisarmos de atendimento;
7. ser livre para ir e vir, conviver em sociedade e expressar nossas ideias e sentimentos;
8. ter a proteção de uma família que nos ame, seja ela natural ou adotiva, ou de um lar oferecido pelo Estado se, por infelicidade, perdermos os nossos pais e parentes mais próximos;
9. não sofrer agressões físicas ou psicológicas por parte daqueles que são encarregados da nossa proteção e educação ou de qualquer outro adulto;

Enfim, temos direito a uma vida digna, saudável e feliz.

Quanto aos nossos deveres, eles precisam começar pelo respeito ao direito das pessoas com quem convivemos, pois só assim poderemos esperar que elas também nos respeitem. Outro dever nosso é estudar e nos preparar para a vida adulta, quando a sociedade exigirá de nós uma série de responsabilidades que não temos hoje, enquanto somos crianças. Por exemplo, trabalhar para criar e educar nossos próprios filhos ou para ser capaz de votar, com discernimento, nos melhores representantes para governar nossas cidades e nosso país.

Temos também o dever de respeitar as pessoas que são ou pensam diferente de nós. Como cidadãos de um país democrático, precisamos aprender, desde a infância, a lidar com as diferenças e aceitá-las. Como fazemos isso? Não discriminando pessoas que tenham alguma deficiência física ou mental, as mais pobres, que não receberam a mesma educação nem tiveram as mesmas oportunidades que nós, ou as que são diferentes porque têm outra religião, nacionalidade, etnia, idade, sexo, cor da pele, orientação sexual ou outro partido político.

É nosso dever respeitar os que são diferentes, porque eles também são cidadãos e possuem os mesmos direitos e deveres que nós na sociedade brasileira.

Disponível em: http://www.turminha.mpf.mp.br. Acesso em: 1 ago. 2019 (adaptado).

QUESTÃO 1

Quanto ao personagem Rod, do Texto I, é correto afirmar que ele

(A) não é um jovem que fala sobre direitos e deveres das crianças e não participa da história.
(B) é um adulto que pouco entende de direitos e deveres das crianças, mas participa da história.
(C) não participa da história, não se preocupa e nada sabe sobre direitos e deveres das crianças.
(D) participa da história, sendo uma criança que explica seus direitos e deveres para outra criança.

QUESTÃO 2

A respeito do assunto tratado no Texto I, a melhor opção para explicá-lo é a seguinte:

(A) As crianças têm direitos que precisam ser respeitados, mas também têm deveres.
(B) Os direitos e os deveres mencionados são direcionados somente a adultos e idosos.
(C) Os direitos e os deveres são necessários para as crianças, mas não existem leis sobre isso.
(D) As crianças somente necessitam de direitos, porém os deveres não precisam ser respeitados.

QUESTÃO 3

Por exemplo, trabalhar para criar e educar nossos próprios filhos ou para ser capaz de votar, com ***discernimento****, nos melhores representantes para governar nossas cidades e nosso país* (linhas 24-26)

Mantendo o mesmo sentido, o substantivo **discernimento** pode ser substituído por

(A) honestidade.
(B) sabedoria.
(C) gentileza.
(D) bondade.

QUESTÃO 4

Assinale a alternativa em que todas as opções são caracterizadas como direitos das crianças.

(A) Acesso a educação, saúde e lazer.
(B) Acesso a moradia, trabalho e saúde.
(C) Acesso a perigos constantes, moradia e lazer.
(D) Acesso a alimentação precária, educação e saúde.

Texto II

OS DIREITOS DAS CRIANÇAS (fragmento)

Toda criança no mundo
Deve ser bem protegida
Contra os rigores do tempo,
Contra os rigores da vida.

Criança tem que ter nome,
Criança tem que ter lar,
Ter saúde e não ter fome,
Ter segurança e estudar.

Não é questão de querer,
Nem questão de concordar.
Os direitos das crianças
Todos têm de respeitar!

Direito de perguntar...
Ter alguém pra responder.
A criança tem direito
De querer tudo saber.

A criança tem direito
Até de ser diferente.
E tem de ser bem aceita,
Seja sadia ou doente.

Tem direito à atenção
Direito de não ter medos.
Direito a livros e a pão,
Direito de ter brinquedos.

Mas criança também tem
O direito de sorrir.
Correr na beira do mar,
Ter lápis de colorir...

Descer do escorregador,
Fazer bolha de sabão,
Sorvete, se faz calor,
Brincar de adivinhação.

Morango com chantili,
Ver mágico de cartola,
O canto do bem-te-vi,
Bola, bola, bola, bola!

Lamber fundo da panela
Ser tratada com afeição,
Ser alegre e tagarela...
Poder também dizer não!

Ficar lendo revistinha,
Um amigo inteligente,
Pipa na ponta da linha,
Um bom dum cachorro-quente.

Festejar o aniversário,
Com bala, bolo e balão!
Brincar com muitos amigos,
Dar pulos no colchão.

Livros com muita figura,
Fazer viagem de trem,
Um pouquinho de aventura...
Alguém para querer bem...

Ter tempo pra fazer nada,
Ter quem penteie os cabelos.
Ficar um tempo calada...
Falar pelos cotovelos.

E quando a noite chegar,
Um bom banho, bem quentinho,
Sensação de bem-estar...
De preferência um colinho.

Uma caminha macia,
Uma canção de ninar,
Uma história bem bonita,
Então, dormir e sonhar...

Embora eu não seja rei,
Decreto, neste país,
Que toda, toda criança
Tem direito a ser feliz!

ROCHA, Ruth. **Os direitos das crianças segundo Ruth Rocha**. 2. ed. São Paulo: Salamandra, 2014.

QUESTÃO 5

*E tem de ser bem aceita / Seja **sadia** ou **doente*** (versos 19-20)

Nos versos destacados, foi utilizado um par de palavras que expressam sentidos opostos. Isso também acontece na alternativa:

(A) "Morango com **chantili**/ Ver mágico de **cartola**".
(B) "Ser **alegre** e **tagarela**/ Poder também dizer não".
(C) "Direito de **perguntar**/ Ter alguém pra **responder**".
(D) "Uma história bem bonita/ Então, **dormir** e **sonhar**".

QUESTÃO 6

Identifique a seguir o verso do Texto II que equivale ao direito da criança apontado no Texto I:

(A) "Criança tem que ter lar" (Texto II) / "ter acesso à cultura e aos meios de comunicação e informação" (Texto I).
(B) "Criança tem que ter nome" (Texto II) / "ter uma educação de boa qualidade" (Texto I).
(C) "Direito de ter brinquedos" (Texto II) / "receber assistência médica gratuita nos hospitais públicos" (Texto I).
(D) "Alguém para querer bem" (Texto II) / "ter a proteção de uma família que nos ame, seja ela natural ou adotiva" (Texto I).

QUESTÃO 7

E quando a noite chegar,
*Um bom banho, bem **quentinho**,* (versos 57-58)

O uso do diminutivo em **quentinho** indica, nesse caso, que o banho é

(A) rápido.
(B) pequeno.
(C) relaxante.
(D) desagradável.

QUESTÃO 8

"Bola, bola, bola, bola!" (verso 36)

A repetição da palavra **bola**, no verso acima, reforça a ideia de que todas as crianças têm o direito de

(A) comer.
(B) brincar.
(C) estudar.
(D) passear.

Texto III

Disponível em: http://www.ivancabral.com. Acesso em: 1 ago. 2019.

QUESTÃO 9

*Não era exatamente **este** tipo de carrinho que eu queria ganhar!*

No Texto III, o pronome **este** foi destacado com a intenção de chamar a atenção do leitor para outro modelo de carrinho, que provavelmente estaria nas expectativas da criança. Esse outro seria um carrinho de

(A) feira.
(B) carga.
(C) mercado.
(D) brinquedo.

QUESTÃO 10

Os braços cruzados e a testa franzida do menino, personagem da charge (Texto III), indicam que ele está

(A) decepcionado, pois esperava por outro tipo de presente.
(B) preocupado, porque o presente chegou muito tarde.
(C) alegre, por ser presenteado com algo inesperado.
(D) entusiasmado, por ter ganhado algo muito útil.

REDAÇÃO

"Bola, pelúcia, merenda, crayon
Banho de rio, banho de mar, pula-cela, bombom
Tanque de areia, gnomo, sereia
Pirata, baleia, manteiga no pão
Criança não trabalha, criança dá trabalho"
(Palavra Cantada)

Esses versos do grupo musical Palavra Cantada resumem muito bem um dos direitos das crianças apresentados no Texto I: "***não ser obrigado a trabalhar como adulto***" (Texto I, linha 9). Assim, as crianças não devem se preocupar com trabalho, mas devem aproveitar sua infância, brincando com muitos amigos.

Agora, você irá escrever uma carta, em 1ª pessoa, contando para **um familiar** sobre **O DIA EM QUE VOCÊ MAIS SE DIVERTIU COM O SEU MELHOR AMIGO OU A SUA MELHOR AMIGA**.

Diga que brincadeira vocês escolheram e de que maneira vocês se divertiram.

Seu texto deverá:

- estar de acordo com a proposta apresentada;
- ter entre 15 e 20 linhas;
- apresentar letra legível e não conter rasuras;
- ter, no mínimo, três parágrafos;
- estar de acordo com o registro formal exigido para a modalidade escrita do gênero proposto (carta);
- ser em prosa;
- não apresentar falas/diálogos;
- **não conter o próprio nome na carta**, mas sim uma assinatura conforme o grau de parentesco (por exemplo: "seu filho", "sua neta", "seu sobrinho", "sua prima" etc.).
- **ser transcrito no local indicado na FOLHA DE TEXTOS DEFINITIVOS.**

RASCUNHO

MATEMÁTICA

QUESTÃO 11

Teclado virtual para usar em celulares

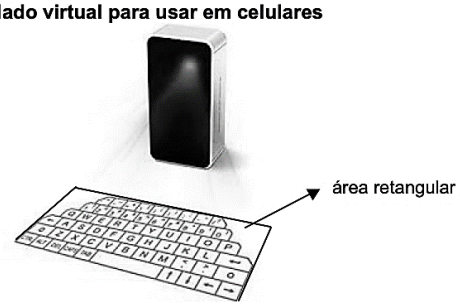

Disponível em: https://miamioutletimportados.com.br. Acesso em: 4 ago. 2019.

O iKeybo é um projetor virtual a laser que funciona como teclado para smartphones. O periférico pode usar qualquer superfície lisa para a projeção. O acessório pesa cerca de 70 g e sua área de projeção retangular tem dimensões 2,68 dm x 1,05 dm.

Disponível em: https://www.techtudo.com.br. Acesso em: 4 ago. 2019.

O perímetro do retângulo que limita a área de projeção mencionada, em dm, é de

(A) 7,46.
(B) 3,73.
(C) 2,81.
(D) 1,63.

QUESTÃO 12

Artur percebeu que os acessórios que seus filhos, Breno e Bianca, utilizavam em seus computadores estavam ultrapassados. Resolveu presentear cada um deles com um mouse, um fone de ouvido e um teclado. Durante a pesquisa de preços, selecionou as seguintes opções:

Mouses	Preços
A	R$ 39,90
B	R$ 54,50
C	R$ 89,00

Fones de ouvido	Preços
A	R$ 59,90
B	R$ 99,00
C	R$ 129,90

Teclados	Preços
A	R$ 135,00
B	R$ 189,50

Enquanto Bianca quer o fone de ouvido mais caro, Breno quer o mouse mais caro. Artur atenderá a esses pedidos de seus filhos, mas gastará o mínimo possível na compra dos outros acessórios.

A diferença entre o gasto com os três acessórios para Bianca e o gasto com os três acessórios para Breno será igual a

(A) R$ 20,10.
(B) R$ 20,90.
(C) R$ 21,10.
(D) R$ 21,90.

QUESTÃO 13

Duas irmãs viajaram juntas nas férias de julho. Ao retornarem, elas selecionaram 12 dezenas de fotos para postar, durante alguns dias, em uma rede social.

Considere que a quantidade de fotos postadas a cada dia correspondeu ao dobro da quantidade do dia anterior, e que o tempo gasto para postar todas as fotos foi de 4 dias.

Foram postadas, no último dia,

(A) 64 fotos.
(B) 32 fotos.
(C) 16 fotos.
(D) 8 fotos.

QUESTÃO 14

Senha de desbloqueio de usuários – ligando pontinhos

Os padrões de desbloqueio de alguns sistemas operacionais são muito previsíveis, relata um estudo da Universidade de Ciência e Tecnologia da Noruega. Em particular, as formas usadas para desbloqueio usando o liga pontinhos podem ser tão fáceis de descobrir quanto as senhas clássicas “1234”, “0000”, “9999" etc.

Disponível em: https://www.techtudo.com.br. Acesso em: 3 ago. 2019.

Suponha que um usuário queira dificultar o acesso ao seu celular criando um código a partir dos 9 pontos que aparecem na tela inicial do seu aparelho. Para isso, precisa montar uma sequência de três traços, com exatamente três pontos alinhados em cada um, que não tenham dois pontos em comum. Além disso, ao representar o código na tela inicial do celular, o usuário não pode tirar o dedo da tela, do primeiro ao último ponto.

Veja o exemplo a seguir:

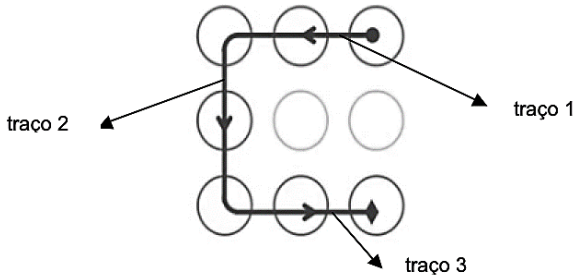

O número de códigos possíveis que esse usuário pode criar é

(A) 16.
(B) 24.
(C) 32.
(D) 48.

QUESTÃO 15

Moovit: um aplicativo de mobilidade urbana que está facilitando a vida dos seus usuários

O Moovit é um aplicativo desenvolvido para auxiliar pessoas que precisam utilizar o transporte público. Disponível para os sistemas IOS e Androide, o aplicativo dispõe de recursos que otimizam buscas, alternativas e tipos de transporte, auxiliando na melhor escolha de rota e na otimização do tempo.

Disponível em: https://www.techtudo.com.br. Acesso em: 7 ago. 2019.

Suponha que uma pessoa, para ir ao seu local de trabalho, na Rua Marechal Floriano, tenha chegado ao ponto de ônibus da Avenida Roberto Silveira às 9h20min e, ao acessar o aplicativo, se deparou com duas opções de linhas de ônibus: 750D e 570D. A informação vista pelo usuário na tela do seu celular foi:

Considere que não houve atraso na saída dos ônibus no ponto localizado na Avenida Roberto Silveira, nem no tempo de duração do percurso das linhas.

Escolhendo a opção que a deixasse no trabalho mais cedo, essa pessoa chegou à Rua Marechal Floriano às

(A) 10 horas e 2 minutos.
(B) 10 horas e 3 minutos.
(C) 10 horas e 12 minutos.
(D) 10 horas e 13 minutos.

QUESTÃO 16

Em um campus do Colégio Pedro II, foi realizada uma pesquisa para saber quais eram as redes sociais preferidas por 180 estudantes com idades entre 9 e 15 anos, sendo que cada estudante deveria citar uma única rede. Os resultados apontaram que $\frac{1}{4}$ desses estudantes preferia utilizar o Facebook, $\frac{1}{3}$ o Instagram, e o restante dos entrevistados preferia utilizar o Twitter.

A fração que corresponde à quantidade de estudantes que declararam preferência pelo Twitter é:

(A) $\frac{2}{7}$

(B) $\frac{5}{7}$

(C) $\frac{5}{12}$

(D) $\frac{7}{12}$

QUESTÃO 17

Um estudante recebeu um kit para montagem de minirrobôs. Para a parte eletrônica, havia peças de três tipos diferentes, com as seguintes quantidades:

Espaçadores: 15

Porcas: 20

Parafusos: 30

O estudante distribuiu as peças em saquinhos, colocando um único tipo de peça em cada um deles, de modo que todos os saquinhos ficassem com a mesma quantidade de peças.

Foram necessários para distribuir todas as peças, no mínimo,

(A) 17 saquinhos.
(B) 13 saquinhos.
(C) 9 saquinhos.
(D) 5 saquinhos.

QUESTÃO 18

Minecraft educacional: jogos como ferramenta de aprendizagem

Muitos professores têm usado os jogos como ferramenta para estimular o aprendizado de seus estudantes. Suponha que um professor de Matemática, em uma de suas aulas sobre números naturais, tenha pedido à sua classe que construa árvores usando o Minecraft. Como o jogo consiste em montar um cenário utilizando blocos de construção do tipo Lego, um dos estudantes decidiu manter, a cada etapa das construções, o mesmo padrão de formação das árvores, colocando-as lado a lado e sempre acrescentando uma quantidade de blocos em suas partes superiores.

A figura a seguir ilustra o início das construções:

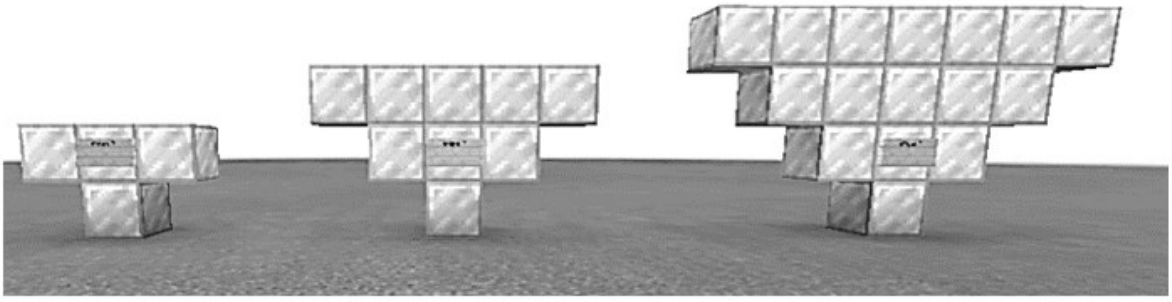

Etapa 1 **Etapa 2** **Etapa 3**

Para a construção da árvore na Etapa 10, o estudante utilizou

(A) 10 blocos.
(B) 21 blocos.
(C) 100 blocos.
(D) 121 blocos.

QUESTÃO 19

Thiago, após desbloquear a tela de seu celular, viu surgir uma figura cujo contorno lembrava uma bandeirinha típica de festa junina, conforme mostra a imagem a seguir.

Considere que, na malha quadriculada sobre a qual está desenhada a figura, o lado do menor quadrado é igual a 5 mm.

A área da figura que Thiago viu surgir na tela, em cm², é de

(A) 0,40.
(B) 0,75.
(C) 4,00.
(D) 7,50.

QUESTÃO 20

O número de empresas de jogos no Brasil vem crescendo e mais que dobrou nos últimos quatro anos. O gráfico a seguir compara a quantidade de desenvolvedoras de jogos formalizadas, por região, em 2014 e 2018.

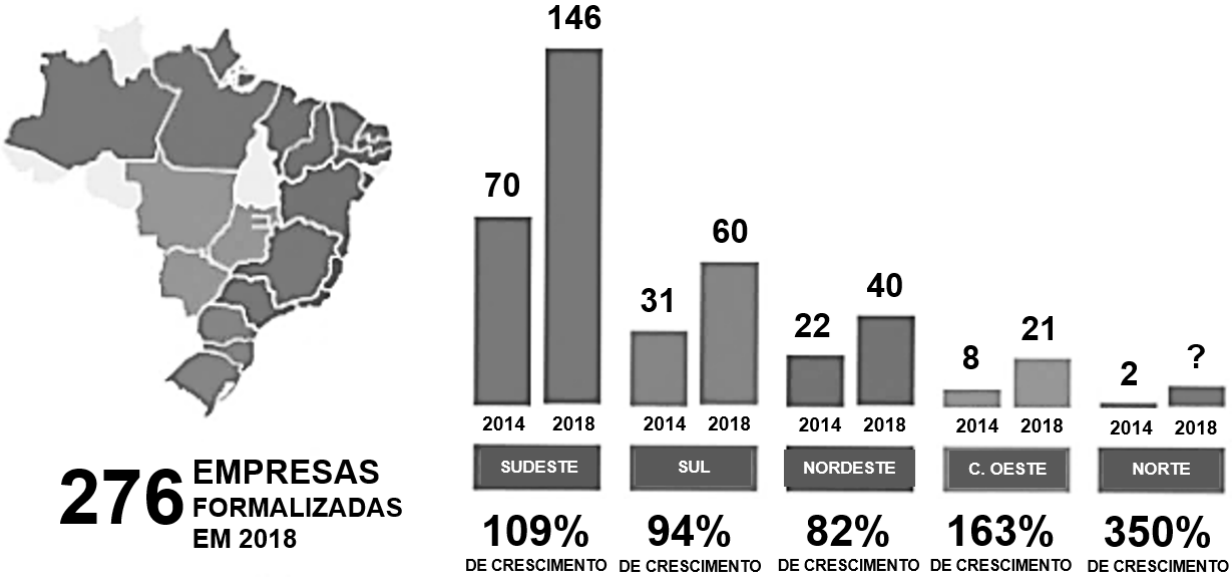

Disponível em: https://canaltech.com.br. Acesso em: 22 jul. 2019 (adaptado).

Suponha que a quantidade de desenvolvedoras de jogos formalizadas na Região Norte em 2018 não tenha aparecido no gráfico por erro de diagramação.

Essa quantidade é igual a

(A) 7.
(B) 8.
(C) 9.
(D) 10.

RASCUNHO

RASCUNHO