LÍNGUA PORTUGUESA

Texto I

UMA LIÇÃO INESPERADA

No último dia de férias, Lilico nem dormiu direito. Não via a hora de voltar à escola e rever os amigos. Acordou feliz da vida, tomou o café da manhã às pressas, pegou sua mochila e foi ao encontro deles. Abraçou-os à entrada da escola, mostrou o relógio que ganhara de Natal, contou sobre sua viagem ao litoral. Depois ouviu as histórias dos amigos e divertiu-se com eles, o coração latejando de alegria.

Aos poucos, foi matando a saudade das descobertas que fazia ali, das meninas ruidosas, do azul e branco dos uniformes, daquele burburinho à beira do portão. Sentia-se como um peixe de volta ao mar. Mas, quando o sino anunciou o início das aulas, Lilico descobriu que caíra numa classe onde não havia nenhum de seus amigos.

Encontrou lá só gente estranha, que o observava dos pés à cabeça, em silêncio. Viu-se perdido e o sorriso que iluminava seu rosto se apagou. Antes de começar, a professora pediu que cada aluno se apresentasse. Aborrecido, Lilico estudava seus novos companheiros. Tinha um japonês de cabelos espetados com jeito de nerd. Uma garota de olhos azuis, vinda do Sul, pareceu-lhe fria e arrogante. Um menino alto, que quase bateu no teto quando se ergueu, dava toda a pinta de ser um bobo. E a menina que morava no sítio? A coitada comia palavras, olhava-os assustada, igual a um bicho-do-mato. O mulato, filho de pescador, falava arrastado, estalando a língua, com sotaque de malandro. E havia uns garotos com tatuagens, umas meninas usando óculos de lentes grossas, todos esquisitos aos olhos de Lilico. A professora? Tão diferente das que ele conhecera... Logo que soou o sinal para o recreio, Lilico saiu a mil por hora, à procura de seus antigos colegas.

Surpreendeu-se ao vê-los em roda, animados, junto aos estudantes que haviam conhecido horas antes. De volta à sala de aula, a professora passou uma tarefa em grupo. Lilico caiu com o japonês, a menina gaúcha, o mulato e o grandalhão. Começaram a conversar cheios de cautela, mas paulatinamente foram se soltando, a ponto de, ao fim do exercício, parecer que se conheciam há anos. Lilico descobriu que o japonês não era nerd, não: era ótimo em Matemática, mas tinha dificuldade em Português. A gaúcha, que lhe parecera tão metida, era gentil e o mirava ternamente com seus lindos olhos azuis. O mulato era um caiçara responsável, ajudava o pai desde criança e prometeu ensinar a todos os segredos de uma boa pescaria. O grandalhão não tinha nada de bobo. Raciocinava rapidamente e, com aquele tamanho, seria legal jogar basquete no time dele.

Lilico descobriu mais. Inclusive que o haviam achado mal-humorado quando ele se apresentara, mas já não pensavam assim. Então, mirou a menina do sítio e pensou no quanto seria bom conhecê-la. Devia saber tudo de passarinhos. Sim, justamente porque eram diferentes havia encanto nas pessoas. Se ele descobrira aquilo no primeiro dia de aula, quantas descobertas não haveria de fazer no ano inteiro? E, como um lápis deslizando numa folha de papel, um sorriso se desenhou novamente no rosto de Lilico.

CARRASCOZA, J. A. Disponível em: https://armazemdetexto.blogspot.com. Acesso em: 6 out. 2022.

QUESTÃO 1

Ao fim da leitura do Texto I, percebemos que o título "Uma lição inesperada" faz sentido porque

(A) os alunos organizaram uma festa surpresa para a nova professora.
(B) Lilico não conhecia os temas que foram tratados no primeiro dia de aula.
(C) a professora passou um dever que os alunos ainda não haviam aprendido.
(D) Lilico percebeu que seus colegas eram mais interessantes do que ele pensava.

QUESTÃO 2

Assinale a alternativa que apresenta uma informação verdadeira sobre o enredo do Texto I.

(A) Embora desejasse rever seus amigos, Lilico não queria voltar à escola.
(B) Inicialmente, Lilico não simpatizou com seus novos colegas de classe.
(C) Lilico manteve suas impressões iniciais em relação aos novos estudantes.
(D) Todos os estudantes tiveram dificuldade de conviver com os novos colegas.

QUESTÃO 3

Ao se deparar com seus novos colegas de classe, Lilico teve algumas impressões iniciais sobre eles com base em sua aparência.

Assinale a alternativa que contém as primeiras impressões de Lilico em relação à menina vinda do Sul.

(A) Alta e boba.
(B) Metida e gentil.
(C) Fria e arrogante.
(D) Arrogante e inteligente.

QUESTÃO 4

"O mulato, filho de pescador, falava arrastado, estalando a língua, com sotaque de malandro."
(linhas 16-17)

O termo "mulato", usado pelo narrador, é carregado de racismo. No entanto, aponta para uma análise importante sobre o texto.

Assinale a alternativa que melhor resume essa reflexão.

(A) O texto consegue mostrar como o narrador faz um pré-julgamento de um personagem com base em uma percepção anterior, que é como funciona o racismo.
(B) Todas as crianças vistas pelo narrador acabam correspondendo exatamente ao que ele esperava, o que aponta para uma situação de preconceito.
(C) O narrador não consegue desfazer a sua primeira percepção dos novos colegas de turma, o que mostra que a escola não era o que ele imaginava.
(D) A escola deve ser um ambiente de aprendizado e respeito às diferenças, mas o desfecho da narrativa revela que isso não acontece.

QUESTÃO 5

*"Surpreendeu-se ao vê-**los** em roda"* (linha 21)

O pronome destacado no trecho acima refere-se aos

(A) antigos colegas.
(B) novos companheiros.
(C) garotos com tatuagens.
(D) estudantes desconhecidos.

QUESTÃO 6

*"E, como um lápis deslizando numa folha de papel, um sorriso se **desenhou** novamente no rosto de Lilico."* (linhas 35-36)

No trecho acima foi atribuído à palavra destacada um sentido diferente do que é utilizado normalmente.

O verbo **desenhar** apresenta o mesmo sentido da frase acima em:

(A) A minha professora **desenha** muito bem.
(B) A alegria do menino foi **desenhada** em seu olhar.
(C) A casa que ele **desenhou** se parece com a minha.
(D) A criança pegou um papel e começou a **desenhar**.

Texto II

A INVENÇÃO DO ABRAÇO

Há braços longos
e curtos,
magros e gordos.
Há braços brancos
05 e negros,
de velhos,
de crianças.
Há braços de homens
e de mulheres.
10 Há braços e braços.
Até que um dia
alguém deu um passo,
diminuiu o espaço
e fez do braço
15 um laço.
Foi um sucesso,
virou moda,
e hoje até na hora
do fracasso
20 se há braço
há abraço.

SILVESTRIN, R. **É tudo invenção**. São Paulo: Ática, 2012.

QUESTÃO 7

O Texto II traz a história de um gesto muito importante que, por conta da pandemia, não podia acontecer. Nesse texto, o abraço simboliza

(A) as diferentes formas que os braços das pessoas podem ter, sendo longos, gordos, brancos ou de velhos.
(B) nossa vontade de conviver, estar junto e sentir afeto pelos outros que, por vezes, são diferentes de nós.
(C) o distanciamento criado entre os indivíduos, que passaram por um longo tempo de isolamento social.
(D) a tristeza ao constatar que as diferenças não podem ser superadas mesmo diante de outros gestos.

QUESTÃO 8

O verbo **haver**, que aparece repetidas vezes ao longo do Texto II,

(A) é usado com a intenção de fazer uma brincadeira sonora com a palavra "braço".
(B) pode ser substituído pelo verbo "ter" sem alterar o jogo sonoro com a palavra "braço".
(C) aparece sempre flexionado no mesmo tempo verbal e sempre antes da palavra "braço".
(D) é utilizado de maneira excessiva, contribuindo para que a leitura se torne um pouco confusa.

QUESTÃO 9

Ao analisarmos a estrutura do Texto II, percebemos que ele

(A) apresenta um verso dividido em várias estrofes.
(B) faz uso da rima em absolutamente todos os versos.
(C) intercala parágrafos muito longos com outros mais curtos.
(D) utiliza mais de quatro palavras que rimam com o termo "braço".

Texto III

BECK, A. **Armandinho**. Disponível em: https://tirasarmandinho.tumblr.com. Acesso em: 6 out. 2022.

QUESTÃO 10

No último quadrinho da tirinha, a fala de Armandinho mostra que ele e o pai

(A) acreditam que as pessoas precisam de mais abraços.
(B) acreditam que as pessoas não precisam mais de abraços.
(C) compreendem de forma diferente a expressão "abraçar o mundo".
(D) compreendem da mesma forma a expressão "abraçar o mundo".

REDAÇÃO

O Dia do Abraço é comemorado todo dia 22 de maio. Depois de um longo período de distanciamento social causado pela pandemia da covid-19, podemos perceber que esse gesto passou a ser muito marcante para celebrar a nossa convivência mais próxima e afetuosa.

Nesta proposta, você deve resgatar um momento guardado com carinho até hoje em sua memória. **Produza um texto narrativo, em 1ª pessoa, relatando uma experiência em que o ABRAÇO apareça como um acontecimento importante.**

Seu texto deverá:

- ter entre 15 e 20 linhas;
- apresentar letra legível e não conter rasuras;
- ter, no mínimo, três parágrafos;
- estar de acordo com a norma-padrão para a modalidade escrita;
- ser em prosa;
- estar de acordo com a proposta apresentada;
- **ser transcrito no local indicado na FOLHA DE TEXTOS DEFINITIVOS.**

MATEMÁTICA

QUESTÃO 11

Na figura a seguir, está representada a localização da casa de Ana, de sua Escola, da Padaria e do Mercado. Cada quadrado representa uma quadra. Quando Ana vai para a Escola, ela sempre passa primeiro pela Padaria.

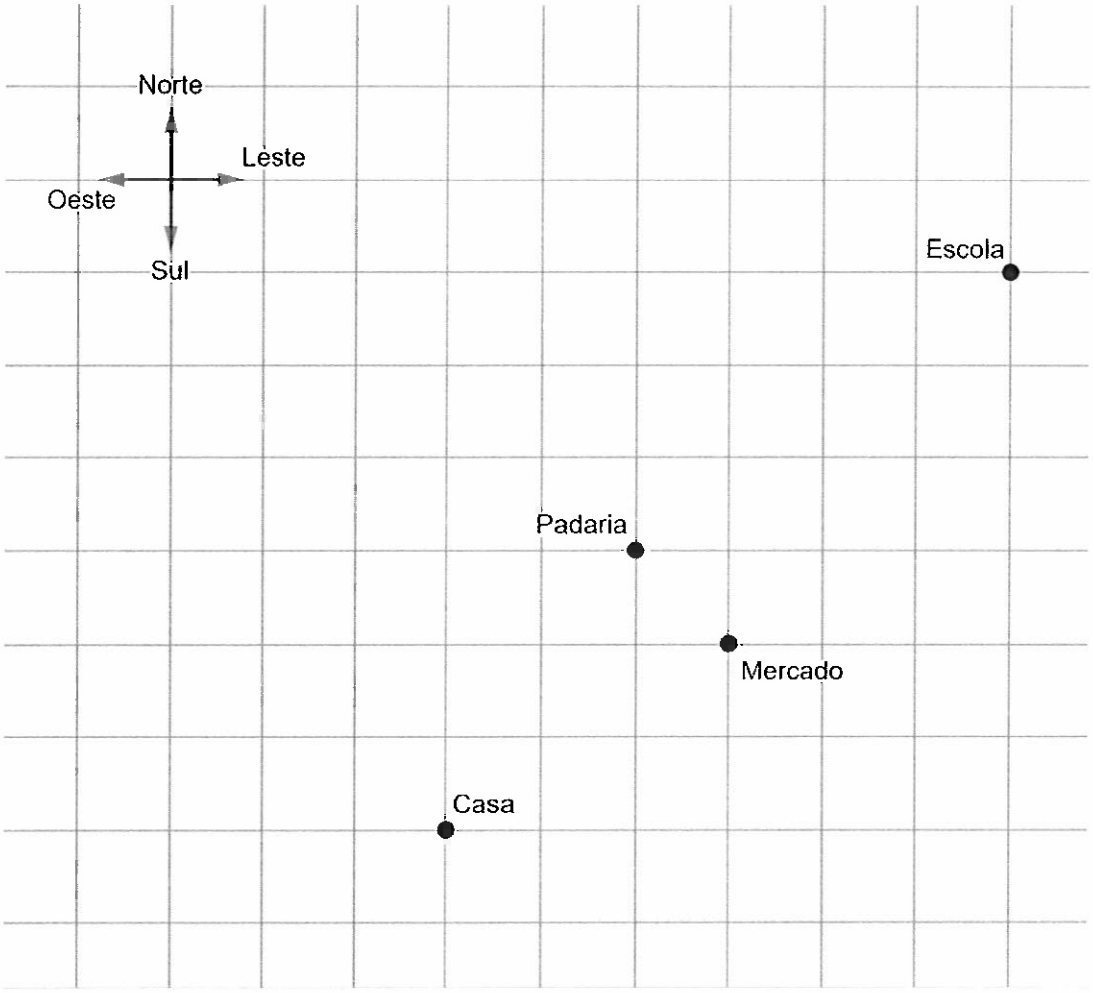

Assinale a alternativa que **NÃO** representa o trajeto que Ana pode fazer para ir à escola.

(A) Ana desloca-se 3 quadras para Norte, 2 quadras para Leste, novamente 3 para Norte e 4 para Leste.
(B) Ana desloca-se 2 quadras para Leste, 6 para Norte e 4 para Leste.
(C) Ana desloca-se 3 quadras para Norte, 6 quadras para Leste e novamente 3 para Norte.
(D) Ana desloca-se 3 quadras para Leste, 2 quadras para Norte, novamente 3 para Leste e 4 para Norte.

QUESTÃO 12

Para fazer o desenho da frente de um castelo, Marcela elaborou um rascunho em malha quadriculada.

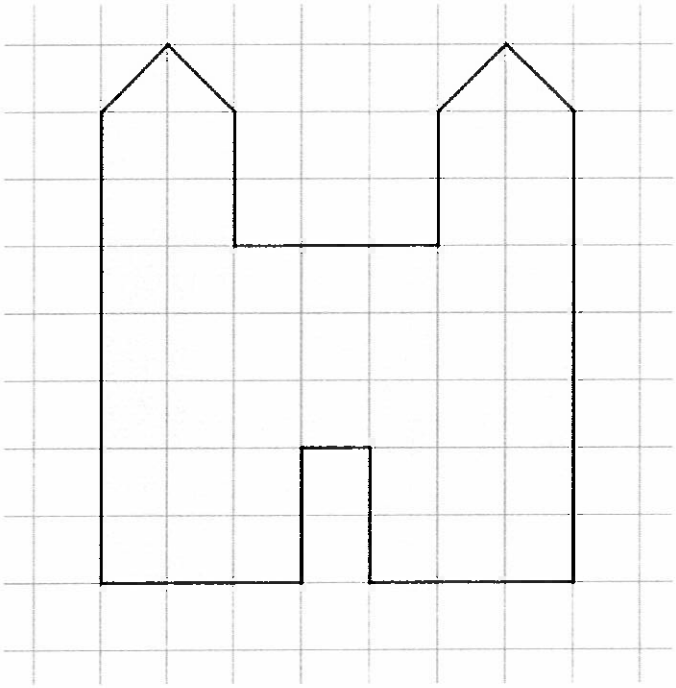

Sabendo que cada representa 4 m² (metros quadrados), a área da frente desse castelo é de

(A) 43 m²
(B) 45 m²
(C) 172 m²
(D) 180 m²

QUESTÃO 13

Paula digitou um número em sua calculadora, multiplicou-o por 7, somou 13, dividiu o resultado por 3 e obteve o número 30.

Paula digitou o número

(A) 25.
(B) 17.
(C) 15.
(D) 11.

QUESTÃO 14

Em uma caixa estão alguns prismas triangulares, alguns prismas quadrangulares e alguns cilindros, como mostra a figura a seguir. Sem ver, tiramos um deles ao acaso.



É correto afirmar que

(A) o menos provável de sair é o prisma triangular.
(B) é muito provável que saia um cilindro.
(C) a probabilidade de sair um prisma quadrangular é maior do que a probabilidade de sair um cilindro.
(D) é mais provável que saia um prisma quadrandular.

QUESTÃO 15

Em uma pesquisa, 40 crianças responderam com que frequência elas ouvem música pelo rádio. O resultado está apresentado no gráfico a seguir:

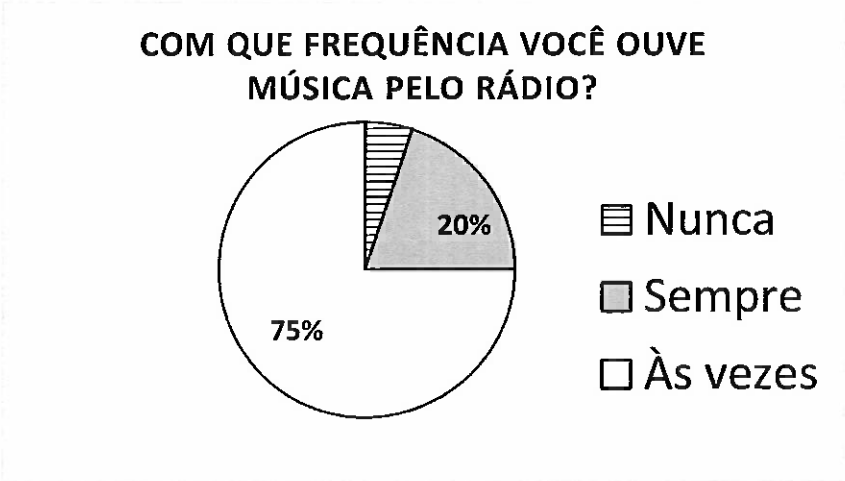

Nessa pesquisa, o número de crianças que **NUNCA** ouvem música pelo rádio é de

(A) 2 crianças.
(B) 4 crianças.
(C) 5 crianças.
(D) 6 crianças.

QUESTÃO 16

Kauê decidiu guardar, todos os dias, 3 reais em seu cofrinho para comprar um brinquedo que custa 140 reais.

Kauê obteve o valor necessário para comprar esse brinquedo após

(A) 5 semanas e 3 dias.
(B) 5 semanas e 6 dias.
(C) 6 semanas e 3 dias.
(D) 6 semanas e 5 dias.

QUESTÃO 17

Thiago foi a uma livraria e comprou 4 livros e 2 cadernos. Cada caderno custou R$ 18,00 e os 4 livros tinham o mesmo preço.

Se o valor total pago por Thiago pelos 6 produtos foi de R$ 457,00, o preço de cada livro é

(A) R$ 15,25.
(B) R$ 19,75.
(C) R$ 105,25.
(D) R$ 114,25.

QUESTÃO 18

Para produzir uma determinada tonalidade de tinta roxa, foram misturadas duas porções de tinta azul e três porções de tinta vermelha.

Foram obtidos 70 L (litros) de tinta roxa, e todas as porções de tinta azul e vermelha tinham a mesma quantidade.

A quantidade de tinta azul utilizada nessa mistura foi de

(A) 14 litros.
(B) 28 litros.
(C) 42 litros.
(D) 140 litros.

QUESTÃO 19

Na figura a seguir, observamos um retângulo dividido em várias regiões. Os segmentos de menor comprimento são todos iguais, e os quatro retângulos menores são todos iguais.

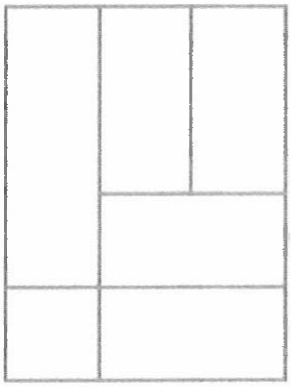

Se o retângulo grande for considerado como unidade de área, a fração que corresponde à área do quadrado menor é

(A) $\frac{1}{6}$

(B) $\frac{1}{12}$

(C) $\frac{1}{10}$

(D) $\frac{1}{9}$

QUESTÃO 20

Pietro, filho de Gabriel, gosta muito de beber Prontinho, uma bebida láctea sabor chocolate. Pietro bebe dois Prontinhos, um de manhã e outro à tarde, todos os dias. Gabriel resolveu aproveitar uma promoção e vai comprar a bebida láctea em caixas que contém 27 unidades.

Para que Pietro possa beber os seus dois Prontinhos em cada dia do mês de dezembro, a quantidade mínima de caixas que Gabriel precisa comprar é

(A) 3
(B) 4
(C) 5
(D) 6