COSEAC
UNIVERSIDADE FEDERAL FLUMINENSE · UFF

FAETEC GOVERNO DO ESTADO RIO DE JANEIRO Secretaria de Ciência, Tecnologia e Inovação

PROCESSO SELETIVO PARA INGRESSO DE ALUNOS NO ENSINO FUNDAMENTAL EM HORÁRIO INTEGRAL DAS UNIDADES DE ENSINO DA REDE FAETEC.

CADERNO DE QUESTÕES **EDITAL 2026.1 - 02**

LEIA ATENTAMENTE AS INSTRUÇÕES ABAIXO.

- É de responsabilidade do candidato conferir atentamente se está recebendo o Caderno de Questões correspondente ao edital para o qual concorre. Caso contrário, deverá solicitar, imediatamente, a presença do Chefe de Local para que proceda a substituição do Caderno de Questões pelo correto.
- Confira se constam do Caderno de Questões, de forma legível, **20 (vinte)** questões de múltipla escolha, sendo **10 (dez)** de Língua Portuguesa e **10 (dez)** de Matemática. O candidato deverá marcar, para cada questão, somente uma das **4 (quatro)** opções de respostas (A) (B) (C) (D), sendo apenas uma das respostas a correta. Será atribuída pontuação zero à questão da prova que contiver mais de uma opção marcada ou nenhuma resposta assinalada, emenda ou rasura.
- Confira se no Cartão de Respostas recebido os seus dados estão corretos. Leia atentamente as instruções para seu preenchimento. No caso de divergência, notifique imediatamente ao fiscal.
- O candidato só poderá portar sobre a mesa a caneta esferográfica de corpo transparente e de ponta média com tinta azul ou preta para preencher o Cartão de Respostas, não sendo permitido fazer uso de qualquer outro objeto para assinalar as respostas ou para efeito rascunho.
- O Cartão de Respostas será o único documento válido para a correção eletrônica. O seu preenchimento será de inteira responsabilidade do candidato, que deverá proceder em conformidade com as instruções específicas contidas no Cartão de Respostas. O tempo para seu preenchimento está incluído no tempo máximo para a realização da prova.
- O tempo disponível para realizar esta prova, incluindo o preenchimento do Cartão de Respostas, é de no mínimo, **uma hora**, e de no máximo, **três horas e trinta minutos**.
- Evite a eliminação no concurso. Se estiver portando celular, instrumento auxiliar para cálculo ou desenho, qualquer dispositivo eletrônico que sirva de consulta ou comunicação, mantenha-os acondicionados no envelope de segurança, fornecido pelo fiscal de sala, lacrado e devidamente desligados no caso de aparelhos de comunicação.
- O candidato poderá levar o seu Caderno de Questões, faltando **uma hora** para o término da prova, com a devida permissão da equipe de fiscalização.
- É de responsabilidade do candidato entregar ao fiscal de sala o Cartão de Respostas devidamente assinado.
- No caso de dúvida solicite esclarecimento à equipe de aplicação.

BOA PROVA

LÍNGUA PORTUGUESA

Texto 1

Palavras esquecidas
Rosana Rios

Sônia teve um sonho estranho. Sonhou que encontrou um caderno em cima da escrivaninha: tinha centenas de páginas, tinha milhares de linhas.
E em cada página havia palavras e palavrinhas, escritas com lápis preto. Algumas quase apagadas, algumas com traço forte, como se alguém as tivesse escrito ainda agorinha...
Sônia tentou ler alto as que pareciam fraquinhas: leu *alcatifa*, *soer*, *nosocômio* e *outrossim*. Que palavras esquisitas! Eram estranhas para ela, são estranhas para mim. (...)
Se não se usa uma palavra, ela vira um arcaísmo – palavra velha, em desuso, com cheiro de naftalina, com jeito de coisa antiga que ninguém mais quer usar.

RIOS, Rosana. **Palavras despalavradas**. Ilustr. Suppa. São Paulo: Nobel, 2013. p. 24. Fragmento.

01 Rosana Rios é uma das mais importantes escritoras brasileiras preocupadas com a Literatura Infantil/Juvenil. O título – "Palavras esquecidas" – se refere a palavras que

(A) são escritas com traço forte.
(B) são lidas em voz alta.
(C) não podem ser usadas.
(D) podem se tornar arcaísmos.

Leia o trecho para responder às questões **02**, **03** e **04:**

"E em cada página havia palavras e palavrinhas, escritas com lápis preto. Algumas quase apagadas, algumas com traço forte, como se alguém as tivesse escrito ainda agorinha..." (Linhas 5-8)

02 Em "...como se alguém <u>as</u> tivesse escrito ainda agorinha...", o pronome sublinhado ("as") se refere a

(A) "algumas com traço forte"
(B) "escritas com lápis preto"
(C) "palavras e palavrinhas"
(D) "algumas quase apagadas"

03 "Algumas quase apagadas, algumas com traço forte, como se alguém as tivesse escrito ainda agorinha..." - Os três pontos ao final da frase (as reticências) – indicam

(A) surpresa.
(B) curiosidade.
(C) inconclusão.
(D) incerteza.

04 O diminutivo em "agor<u>inha</u>" expressa

(A) tamanho pequeno
(B) intensidade
(C) carinho
(D) infantilidade

Texto 2

Disponível em: https://www.tumblr.com/tirasarmandinho/tagged/%C3%A1rvore. Acesso em: 10 set. 2025.

05 Na tira do Armandinho, um indígena explica a origem do nome de nosso país. Deduzimos da explicação dada por ele que a palavra

(A) "Brasil" é derivada de "brasa".
(B) "Pau-brasil" é derivada de "Brasil".
(C) "Árvore" é sinônimo de "Brasil".
(D) "Brasil" é sinônimo de "brasa".

Texto 3

A árvore

Bartolomeu Campos de Queirós

Eu tenho uma árvore. Minha árvore é verde e suporta um mar de folhas. Minha árvore tem uma copa redonda e crespa copiando o mundo. A brisa sopra nas folhas e faz ondas na superfície. O barulho das folhas parece água correndo entre cascalho. Para escutar, é necessário afinar as conchas dos ouvidos. Só as conchas gravam o barulho do mar. A sombra de minha árvore se estica pela sala da minha casa. A sala fica na penumbra. Na penumbra eu penso com mais preguiça.

QUEIRÓS, Bartolomeu Campos de. **A árvore**. Ilustr. Mario Cafiero. São Paulo: Global, 2018. (n.p)

Bartolomeu Campos de Queirós, autor de “A árvore”, é um dos mais importantes escritores brasileiros, sobretudo, da Literatura Infantil e Juvenil.

06 “Eu tenho uma árvore. Minha árvore é verde e suporta um mar de folhas” (Linhas 1-2). “Eu”, “tenho” e “minha” revelam que

(A) um personagem narra a história de outra personagem, a árvore.
(B) o autor da história é um jardineiro, dono de uma árvore.
(C) o narrador da história é também personagem dela.
(D) a árvore narra a história de um personagem, um menino.

07 A expressão sublinhada em “Minha árvore é verde e suporta um mar de folhas” (Linhas 1-2) significa

(A) atura suas folhas verdes como o mar.
(B) sustenta a força de um temporal em suas folhas.
(C) resiste ao mar com suas folhas.
(D) aguenta uma quantidade imensa de folhas.

08 Em “Minha árvore tem uma copa redonda e crespa... (Linhas 2-3), os vocábulos sublinhados “redonda” e “crespa”

(A) caracterizam o nome anterior – “copa”.
(B) marcam tempo em relação ao enunciado – “agora”.
(C) indicam ação praticada pelo sujeito – “Minha árvore”.
(D) mostram o espaço da ação – “aqui”.

09 O tempo do verbo em “A brisa sopra nas folhas” está no presente porque indica um fato que

(A) parece terminado.
(B) acontece sempre.
(C) ainda acontecerá.
(D) parece inventado.

10 “Para escutar, é necessário afinar as conchas dos ouvidos” (Linhas 6-7). “Para”, nessa frase, poderia ser substituído, sem alteração de sentido, por

(A) Após escutar
(B) Sem escutar
(C) À medida que escutar
(D) Com o intuito de escutar

MATEMÁTICA

11 O gráfico e a tabela a seguir apresentam as alturas de seis monumentos internacionais:



Indicador	Estátua	País
1	Estátua da Unidade	Índia
2	Buda do Templo da Primavera	China
3	Estátua da Liberdade	USA
4	Mãe Pátria	Rússia
5	Cristo Redentor	Brasil
6	David	Itália

Desses monumentos, o maior deles encontra-se

(A) no Brasil.
(B) na China.
(C) na Índia.
(D) no USA.

12 Na figura abaixo, a localização do estado do Rio Grande do Sul é indicada por C1.

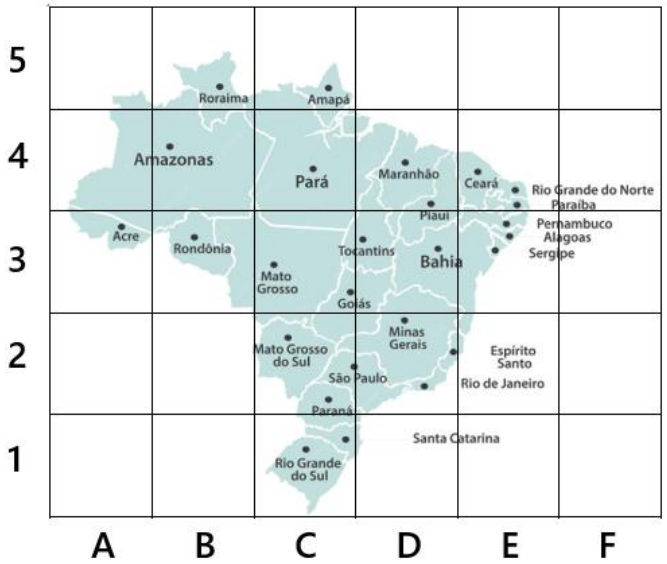

Portanto, a localização do estado de Rondônia é indicada por:

(A) B5
(B) B3
(C) C2
(D) E2

13 O dado, desenhado a seguir, tem a forma de um cubo:



Assinale a opção que NÃO REPRESENTA uma planificação do cubo

(A)
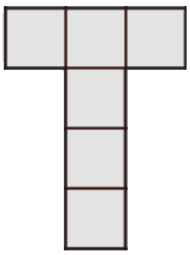

(B)
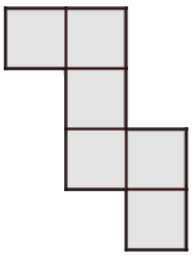

(C)


(D)
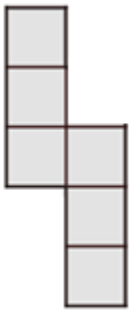

14 O Tangram é um quebra-cabeças geométrico de origem chinesa. Utilizando suas peças pode-se formar várias figuras. A figura abaixo representa um cavalo:



Esse cavalo é formado por:

(A) dois losangos e três triângulos.
(B) dois quadriláteros e cinco triângulos.
(C) três triângulos e três quadriláteros.
(D) um quadrado, dois trapézios e três triângulos.

15 Lucas usou sua régua de 10 cm para medir o seu lápis.



Das opções abaixo, o número decimal que melhor se aproxima do comprimento do lápis de Lucas, em centímetros, é:

(A) 3,8
(B) 4,0
(C) 4,2
(D) 4,6

16 Estima-se que uma criança consome 500 mL de suco em uma festa. O suco que será consumido é vendido apenas em recipientes de 1 litro. Se 15 crianças participarão da festa, e considerando a estimativa acima, a quantidade mínima de litros de suco que o anfitrião da festa deverá comprar para suprir o consumo das crianças é:

(A) 15
(B) 12
(C) 8
(D) 6

17 As quatro figuras geométricas **P, Q, R** e **S**, a seguir, estão dispostas em uma malha quadriculada formada por quadradinhos cujos lados medem uma unidade de comprimento, conforme ilustração abaixo:

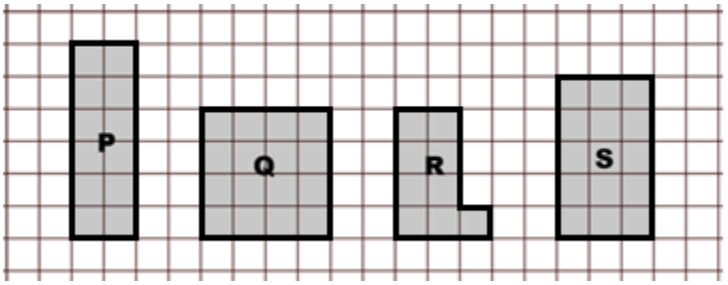

Calculando-se as áreas e os perímetros das quatro figuras, conclui-se que:

(A) Três delas possuem o mesmo perímetro e a figura Q possui a maior área.
(B) Todas as figuras possuem perímetros diferentes.
(C) Duas delas possuem a mesma área.
(D) A figura S possui a maior área.

18 O círculo desenhado abaixo, foi dividido em dez partes iguais e algumas partes foram sombreadas:

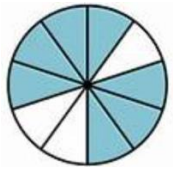

Considerando-se o círculo como unidade, a parte sombreada corresponde à fração:

(A) $\frac{7}{3}$

(B) $\frac{10}{7}$

(C) $\frac{7}{10}$

(D) $\frac{3}{7}$

19 Na compra de 15 produtos que custam, cada um, o mesmo valor em reais, uma máquina registradora fez o seguinte registro:

```
   *84
x   15
-----
  14*0
+*84
------
  4*60
```

Todos os asteriscos representam um mesmo algarismo que não foi impresso por um problema técnico do equipamento. Descobrindo-se o algarismo representado pelo asterisco, conclui-se que o valor total da compra é, em reais, igual a:

(A) 184
(B) 284
(C) 1460
(D) 4260

20 Uma livraria vende um cada caderno espiral por R$ 34,90.



João comprou dois desses cadernos e pagou a despesa com uma nota de 100 reais. João deverá receber de troco a importância de:

(A) R$ 30,20
(B) R$ 39,20
(C) R$ 65,10
(D) R$ 66,10

Espaço reservado para rascunho